FACULDADE DE NEGÓCIOS E TECNOLOGIAS
DA INFORMAÇÃO
QS 01 Rua 210, - lote 40 - Segundo Piso - Brasília/DF - CEP: 71950-904
(61) 3037-1234
www.facnet.com.br

Análise Orientada a Objetos
Professora Lucélia Oliveira

Questões de Concursos Públicos sobre Orientação a Objetos e UML

1. (BNDES) Analise as seguintes afirmações relativas à Programação Orientada a Objetos:

I. Em um programa orientado a objetos, as instâncias de uma classe armazenam os mesmos tipos de informações e apresentam o mesmo comportamento.
II. Em uma aplicação orientada a objetos, podem existir múltiplas instâncias de uma mesma classe.
III. Em um programa orientado a objetos, as instâncias definem os serviços que podem ser solicitados aos métodos.
IV. Em um programa orientado a objetos, o método construtor não pode ser executado quando a classe à qual pertence é executada.

Indique a opção que contenha todas as afirmações verdadeiras

a) I e II b) II e III c) III e IV
d) I e III e) II e IV

2. (TCM) No contexto da Orientação a Objetos, o conjunto de objetos que têm a mesma estrutura e o mesmo comportamento é denominado

a) Classe b) Herança
c) Polimorfismo d) Encapsulamento

3. (Eletrobrás) Considere as seguintes assertivas sobre o diagrama de classes na notação UML:

I. Uma classe representa um conjunto de objetos cuja cardinalidade é sempre maior do que um.
II. O polimorfismo das operações é uma conseqüência da relação de herança entre classes.
III. Se um objeto A está associado a um objeto B e B está associado a mais de um objeto C então, obrigatoriamente, um objeto C estará associado a mais de um objeto A.

As assertivas corretas são:

a) Somente I **b) Somente II** c) Somente III
d) Somente I e II e) Somente II e III f)

4. (Eletrobrás) Em relação à tecnologia de orientação a objetos, a afirmativa de que o estado de um objeto não deve ser acessado diretamente, mas sim por intermédio de métodos de acesso (ou propriedades) está diretamente relacionada ao conceito de:

a) Herança b) Interface c) Classe

d) Polimorfismo **e) Encapsulamento**

5. (TRE) Generalização / Especialização é um tipo de relacionamento possível de ser aplicado ao(s) seguinte(s) elemento(s) de modelo na UML.

a) Casos de Uso, classes e atores b) Casos de Uso e classes c) Classes e atores

d) Casos de uso e atores e) Classes f)

6. (Eletrobrás) Observe o seguinte diagrama de transição de estados. Suponha que o sistema se encontra no Estado0, e que ocorra a seguinte seqüência de eventos: a b c b b b a

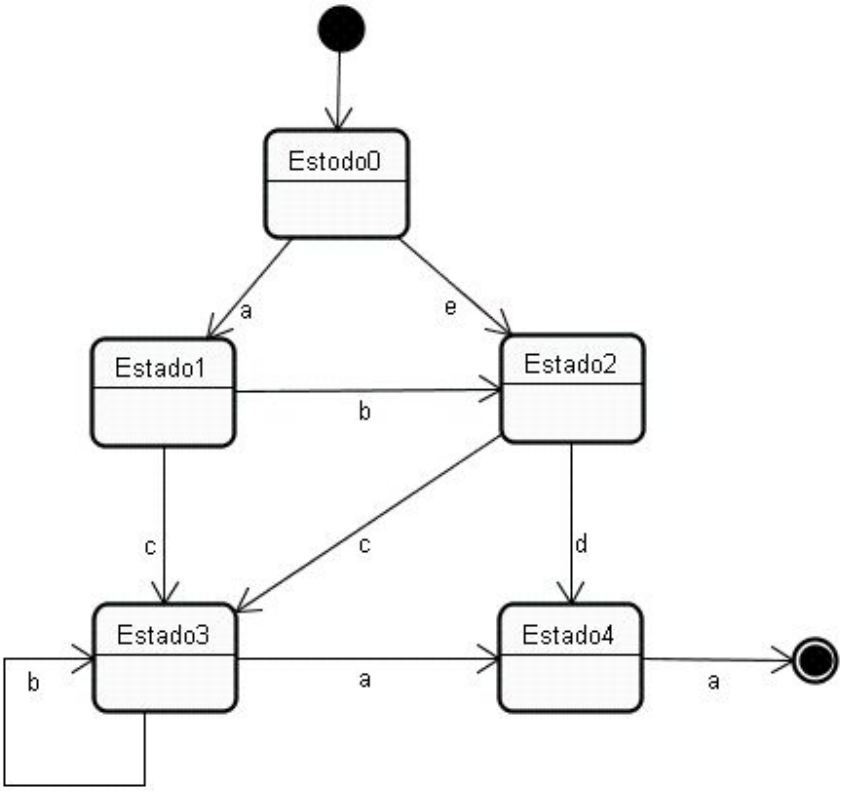

O estado do sistema após a ocorrência destes eventos é:

a) Estado) b) Estado1 c) Estado2

d) Estado3 **e) Estado4**

7. (Eletrobrás) Modelo de Casos de Uso: Considere as seguintes assertivas sobre casos de uso:

I. Descrevem uma seqüência de passos iniciada por um ator

II. O estado em que o mundo deve se encontrar para que o caso possa ser executado é chamado de pré-condição.

III. O caso de uso não descreve as respostas do sistema aos estímulos enviados pelo ator

IV. A recuperação de falhas na execução de um passo é descrita nas exceções.

As assertivas corretas são:

a) Somente as dos itens I, II e III;

b) Somente as dos itens I, II e IV;

c) Somente as dos itens I, III e IV;

d) Somente as dos itens II, III e IV;

e) Itens I, II, III e IV.

8. (Eletrobrás) Considere as seguintes assertivas sobre o modelo de classes mostrado abaixo (notação UML padrão)

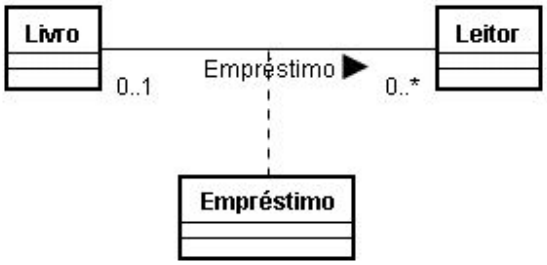

I. Um objeto livro pode ser associado a mais de um objeto leitor

II. Um objeto leitor está associado a no máximo um único objeto livro

III. Nenhum objeto empréstimo está associado a uma associação entre livro e leitores

As assertivas corretas são:

a) Somente o item I;

b) Somente o item II;

c) Somente o item III;

d) Somente os itens I e II;

e) Itens I, II e III.

9. (Eletrobrás) Observe o diagrama de sequência mostrado a seguir:

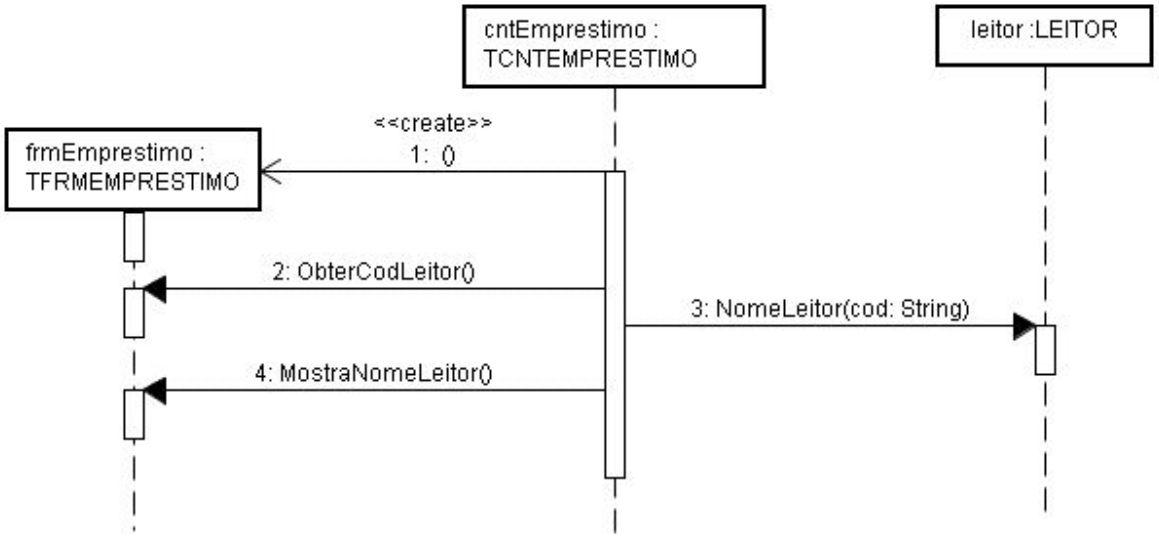

Observe as seguintes assertivas sobre o diagrama se sequência dado:

I. Os nomes dos objetos participantes da sequência são: TFRMEMPRESTIMO, TCNTEMPRESTIMO e LEITOR.

II. ObterCodLeitor é um serviço de cntEmprestimo

III. ObterCodLeitor é executado antes de MostraNomeLeitor

As assertivas corretas são:

a) Somente a I

b) Somente a II

c) Somente a III

d) Somente a I e II

e) Somente a II e III

10. (Infraero) Observe as seguintes assertivas sobre a forma de especificação de requisitos conhecida como Caso de Uso:

I. Todo caso de uso tem a participação de pelo menos um ator

II. Um ator pode participar somente de um caso de uso

III. O roteiro de um caso de uso não pode utilizar roteiros de outros casos de uso

IV. O roteiro de um caso de uso pode ser alterado por outro caso de uso

Os atributos corretos são somente:

a) I e II;

b) I e IV;

c) II, III e IV;

d) I, III e IV;

e) I, II, III e IV.

11. (IBGE) Considere as seguintes assertivas sobre a técnica de especificação de requisitos conhecida como casos de uso:

I. Todo caso de uso possui um roteiro;

II. O roteiro é uma seqüência de passos executados por um ator;

III. Uma exceção descreve a recuperação da falha de um passo de um caso de uso.

As assertivas corretas são:

1) Somente a I;

2) Somente a II;

3) Somente a III;

4) Somente a I e II;

5) I, II e III.

12. (IBGE) Considere os seguintes elementos da UML:

I. Classes

II. Associações

III. Mensagem

IV. Estado

V. Transição

Os elementos que fazem parte de um Diagrama de Classes são:

a) Somente a I e II

b) Somente a I, II e III

c) Somente a I, III e IV

d) Somente a II, III e IV

e) Somente a III, IV e V

13. (TCU) Na UML, um Diagrama de Colaboração é um diagrama de interação que coloca a ênfase na ordem temporal de mensagens.

Certo

Errado

14. **(SERPRO) Uma das vantagens dos métodos de análise e projeto orientado a objetos é o aumento do gap conceitual entre os artefatos produzidos nas fases de análise, projeto e implementação.**

    Certo

    Errado

15. **(STJ 2008) Em um modelo construído com a UML, estão corretas as seguintes características de diagramas de atividades: separações (forks) e junções (joins) são empregadas quando há atividades em paralelo; cada junção tem uma transição de entrada e várias de saída; cada separação tem várias transições de entrada e uma de saída; atividades estão agrupadas em raias separadas por linhas.**

    Certo

    Errado

16. **No diagrama da figura II, telaA é o nome de uma instância de uma classe; três objetos são criados e dois são destruídos; há duas autochamadas e uma delas só é executada se uma condição de guarda for satisfeita; mensagem da instância de TelaReserva para a de CntrReserva é assíncrona; a mensagem da instância de TelaResultado para a de CntrReserva é síncrona.**

Certo

Errado

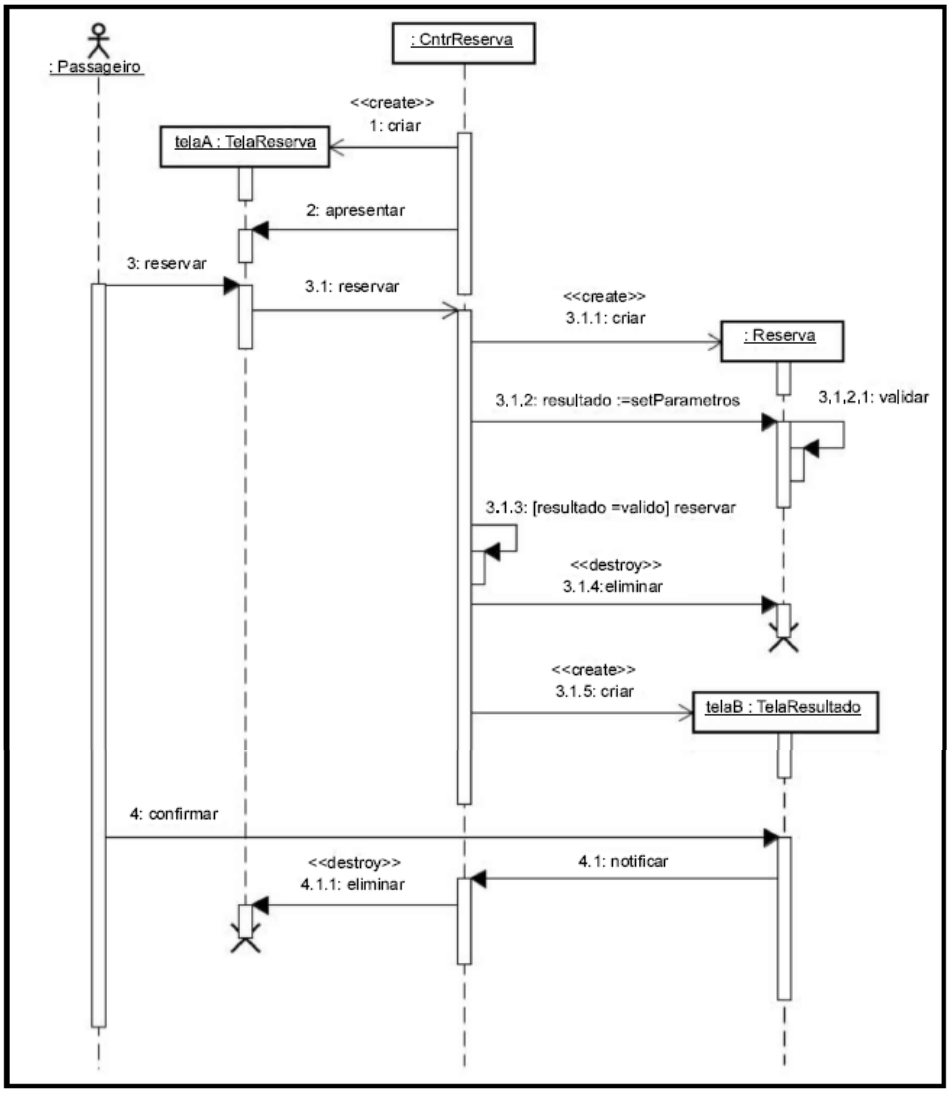

Figura II